חיבור עד 5

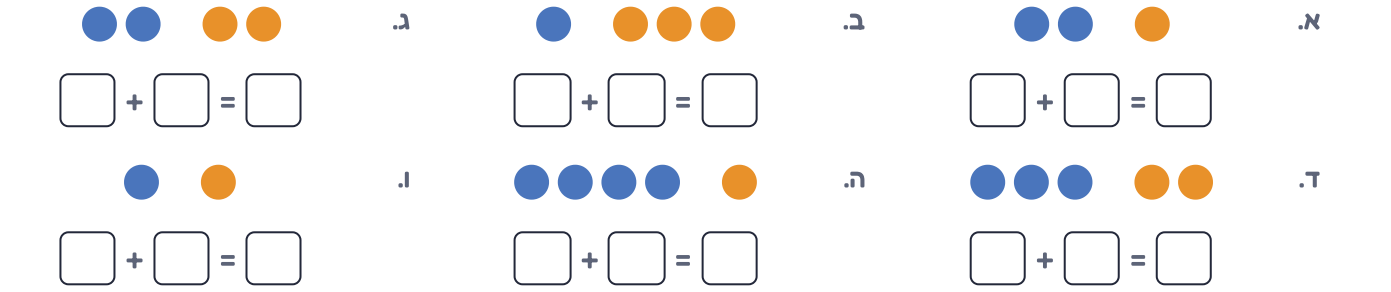
שם: _____ תאריך: _____

תזכורת
- **חיבור:** מצרפים שתי קבוצות, וסופרים כמה יש בסך הכול
- **דוגמה:** 5 = 3 + 2 – שניים ועוד שלושה הם חמישה

1 כמה יש בסך הכול?

ספרו את העיגולים בכל צבע, וכתבו תרגיל. ★★★

א. ב. ג.



ד. ה. ו.

2 ציירו עיגולים וחשבו

ציירו את הקבוצה הראשונה, אחריה את השנייה, וספרו הכול. ★★★

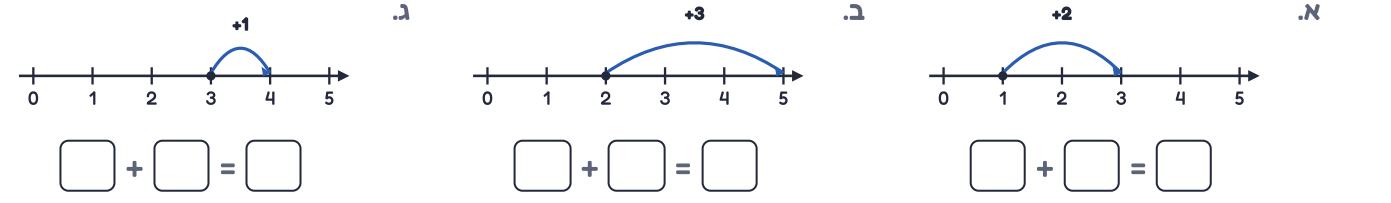
א. 1 + 2 = ____ ב. 2 + 3 = ____ ג. 3 + 1 = ____

ד. 1 + 4 = ____ ה. 0 + 3 = ____ ו. 2 + 2 = ____

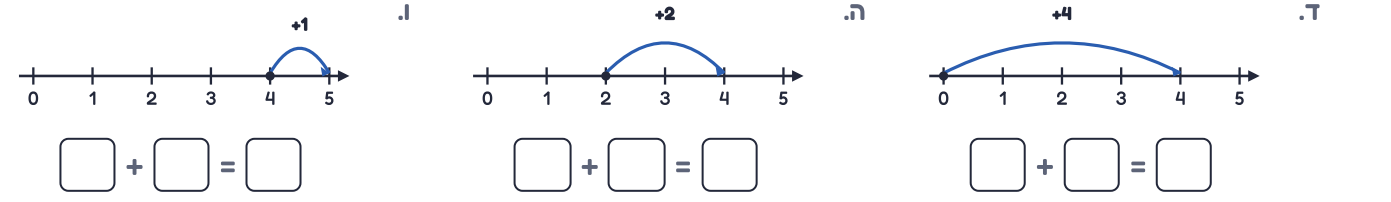
3 קופצים על ישר המספרים

מתחילים בנקודה, וקופצים קדימה. כתבו תרגיל. ★★★

א. ב. ג.



ד. ה. ו.



4 חשבו

★☆☆

א. 1 + 1 = ____ ב. 2 + 1 = ____ ג. 3 + 2 = ____ ד. 1 + 4 = ____

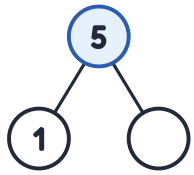
ה. 1 + 4 = ____ ו. 0 + 5 = ____ ז. 3 + 0 = ____ ח. 1 + 2 = ____

ט. 2 + 2 = ____ י. 1 + 3 = ____ כ. 5 + 0 = ____ ל. 2 + 3 = ____

5 מספרים חברים המספר למעלה מתפרק לשני המספרים שלמטה. מה חסר?

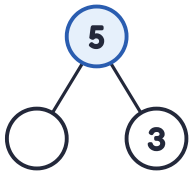
★★☆

א.



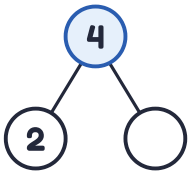
1 + ☐ = 5

ב.



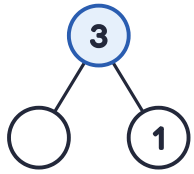
☐ + 3 = 5

ג.



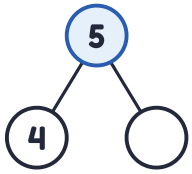
2 + ☐ = 4

ד.



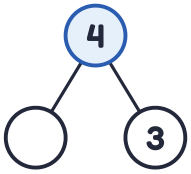
☐ + 1 = 3

ה.



4 + ☐ = 5

ו.



☐ + 3 = 4

6 מה המספר החסר?

★★☆

א. 2 + ☐ = 5 ב. ☐ + 1 = 4 ג. 3 + ☐ = 3 ד. ☐ + 2 = 5

ה. 1 + ☐ = 3 ו. ☐ + 4 = 5 ז. 2 + ☐ = 4 ח. ☐ + 1 = 2

7 בעיות

★★★

א. לדנה יש 3 בלונים, ולאחיה יש 2 בלונים. כמה בלונים יש להם יחד?

תרגיל ותשובה: _____

ב. על העץ ישבו 4 ציפורים, ועוד ציפור אחת הגיעה. כמה ציפורים יש עכשיו על העץ?

תרגיל ותשובה: _____

חיבור עד 5

1 כמה יש בסך הכול?

א. 3 = 1 + 2 ב. 4 = 3 + 1 ג. 4 = 2 + 2 ד. 5 = 2 + 3 ה. 5 = 1 + 4 ו. 2 = 1 + 1

2 ציירו עיגולים וחשבו

א. 3 = 2 + 1 ב. 5 = 3 + 2 ג. 4 = 1 + 3 ד. 5 = 4 + 1 ה. 3 = 0 + 3 ו. 4 = 2 + 2

3 קופצים על ישר המספרים

א. 3 = 2 + 1 ב. 5 = 3 + 2 ג. 4 = 1 + 3 ד. 4 = 0 + 4 ה. 4 = 2 + 2 ו. 5 = 1 + 4

4 חשבו

א. 2 = 1 + 1 ב. 3 = 1 + 2 ג. 5 = 2 + 3 ד. 5 = 4 + 1 ה. 5 = 1 + 4 ו. 5 = 5 + 0

ז. 3 = 0 + 3 ח. 3 = 2 + 1 ט. 4 = 2 + 2 י. 4 = 3 + 1 כ. 5 = 0 + 5 ל. 5 = 3 + 2

5 מספרים חברים

א. 5 = 4 + 1 ב. 5 = 3 + 2 ג. 4 = 2 + 2 ד. 3 = 2 + 1 ה. 5 = 1 + 4 ו. 4 = 3 + 1

6 מה המספר החסר?

א. 5 = 3 + 2 ב. 4 = 3 + 1 ג. 3 = 0 + 3 ד. 5 = 3 + 2 ה. 3 = 1 + 2 ו. 5 = 4 + 1

ז. 4 = 2 + 2 ח. 2 = 1 + 1

7 בעיות

א. 5 = 2 + 3; יש להם 5 בלונים

ב. 5 = 1 + 4; יש 5 ציפורים